SAGAR COACHING CENTRE

BHAGWANPUR, SUPAUL (BIHAR)

"माना कि अंधेरा घना है, पर दीया जलाना कहां मना है"

नवोदय एवं सैनिक स्कूल प्रवेश परीक्षा

JNVST & Sainik School Entrance Examination Guide

NMMS & COMPETITIVE EXAM TOP-SCORING STUDY MATERIAL

मानसिक योग्यता, गणित एवं भाषा ज्ञान विशेष अध्ययन सामग्री

मार्गदर्शक: श्रवण कुमार 'सागर' (Sagar Sir)

Published Author & Founder, Sagar Coaching Centre | 7+ Years NMMS Specialist

ऑनलाइन तैयारी व संपूर्ण सहायता के लिए जुड़ें

YouTube Channels:
Sagar Coaching Centre Bhagwanpur
NMMS King Sagar Sir

Android Mobile App:
Sagar Coaching Centre
(Google Play Store)

Official Website:
https://sagarcoaching.tech

WhatsApp / Helpline:
+91 91101 13671
(Direct Student Support)

VIP Telegram Alert:
NMMS 2026-27 Alert & Study Material (@ShrvanKumarSagar)

Coaching Address:
NH 106, Bhagwanpur, Supaul, Bihar — 854338

© Sagar Coaching Centre Bhagwanpur | All Rights Reserved | Founder: Shrvan Kumar Sagar

नवोदय विद्यालय प्रवेश परीक्षा, 2024-25

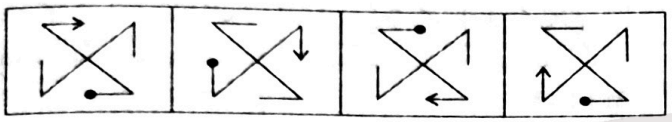
खण्ड-I

मानसिक योग्यता परीक्षण

भाग-1

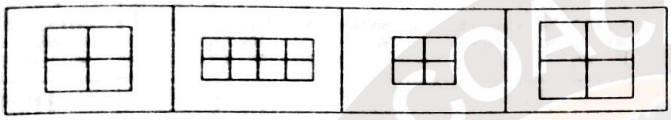
निर्देश—प्रश्न संख्या **1** से **4** में, प्रत्येक प्रश्न में चार चित्र (A), (B), (C) और (D) दर्शाए गए हैं। इन चार चित्रों में से तीन चित्र किसी विधि से एकसमान हैं, जबकि एक चित्र अन्य से भिन्न है। अन्य से भिन्न चित्र का चयन करें। अपने उत्तर को दर्शाने के लिए ओ.एम.आर. उत्तर-पुस्तिका में प्रश्न की संगत संख्या के सामने वाले वृत्त को काला करें—

1.



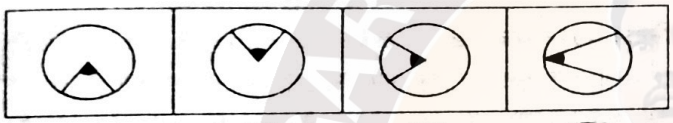
(A) (B) (C) (D)

2.



(A) (B) (C) (D)

3.



(A) (B) (C) (D)

4.

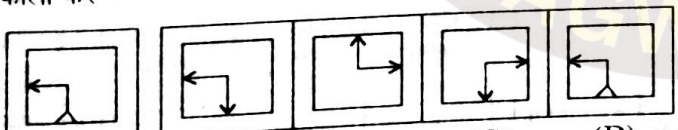


(A) (B) (C) (D)

भाग-2

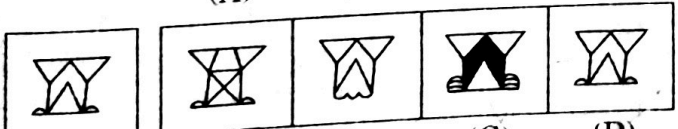
निर्देश—प्रश्न संख्या **5** से **8** में, बाईं ओर एक प्रश्न चित्र दिया गया है तथा दाईं ओर (A), (B), (C) और (D) से चिह्नित चार उत्तर चित्र दिए गए हैं। उत्तर चित्रों से प्रश्न चित्र के समरूप चित्र को चुनें तथा अपने उत्तर को दर्शाने के लिए ओ.एम.आर. उत्तर-पत्रिका में प्रश्न की संगत संख्या के सामने वाले वृत्त को काला करें—

5.



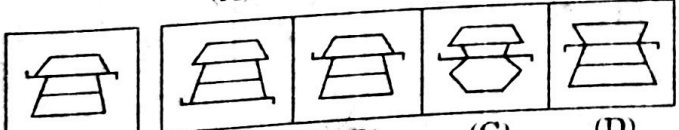
(A) (B) (C) (D)

6.



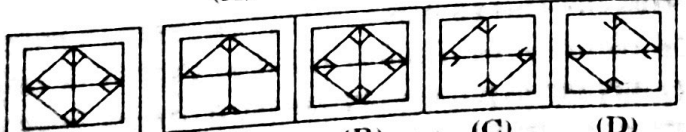
(A) (B) (C) (D)

7.



(A) (B) (C) (D)

8.

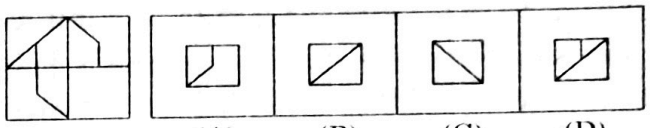


(A) (B) (C) (D)

भाग-3

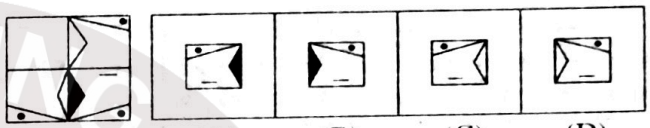
निर्देश—प्रश्न संख्या **9** से **12** में, बाईं ओर एक प्रश्न चित्र दिया गया है जिसका एक भाग लुप्त दर्शाया गया है। दाईं ओर दिए गए उत्तर चित्र (A), (B), (C) और (D) पर गौर करें तथा उस उत्तर चित्र का पता लगाएँ जिसको **बिना दिशा परिवर्तन के प्रश्न** चित्र के पैटर्न को पूरा करने के लिए प्रश्न चित्र के लुप्त भाग में बिठाया जा सके। अपने उत्तर को दर्शाने के लिए ओ.एम.आर. उत्तर-पत्रिका में प्रश्न की संगत संख्या के सामने वाले वृत्त को काला करें—

9.



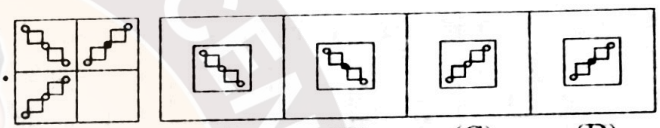
(A) (B) (C) (D)

10.




(A) (B) (C) (D)

11.



(A) (B) (C) (D)

12.

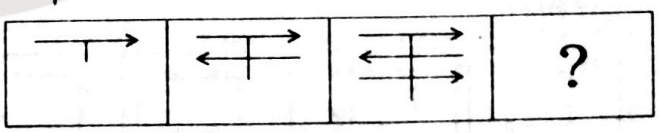


(A) (B) (C) (D)

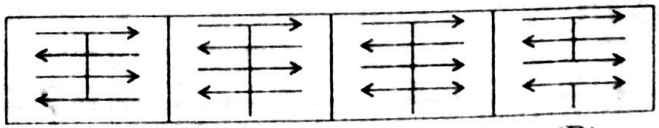
भाग-4

निर्देश—प्रश्न संख्या **13** से **16** में, बाईं ओर तीन प्रश्न चित्र दर्शाए गए हैं तथा चौथे चित्र के लिए स्थान छोड़ा गया है। प्रश्न चित्र श्रेणीक्रम में हैं। श्रेणीक्रम को पूरा करने के लिए दाईं ओर उपलब्ध उत्तर चित्रों में से एक चित्र का चयन करें जिसे बाईं ओर दिए गए प्रश्न चित्र के खाली स्थान में प्रतिस्थापित किया जा सके। अपने उत्तर को दर्शाने के लिए ओ.एम.आर. उत्तर-पत्रिका में प्रश्न की संगत संख्या के सामने वाले वृत्त को काला करें—

13. प्रश्न चित्र

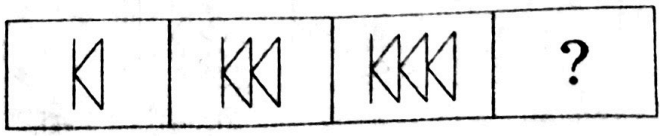


उत्तर चित्र

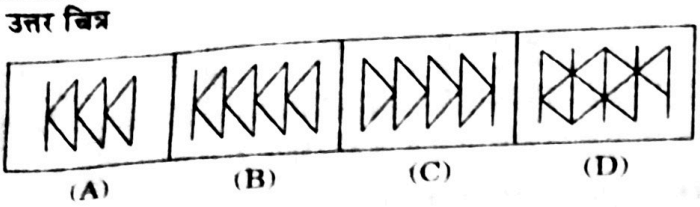


(A) (B) (C) (D)

14. प्रश्न चित्र

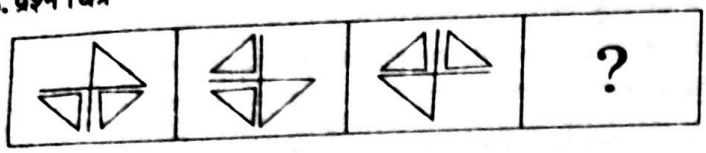


उत्तर चित्र

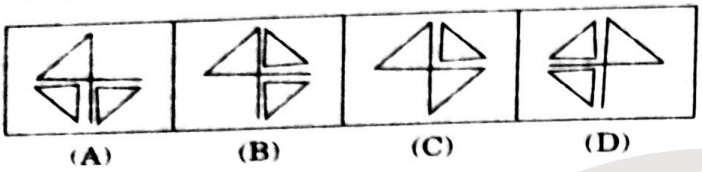


(A) (B) (C) (D)

15. प्रश्न चित्र




उत्तर चित्र

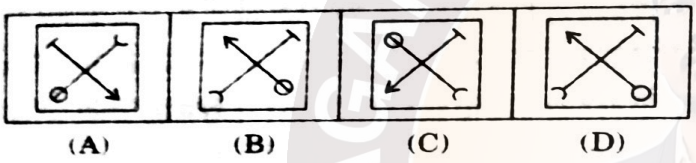


(A) (B) (C) (D)

16. प्रश्न चित्र



उत्तर चित्र

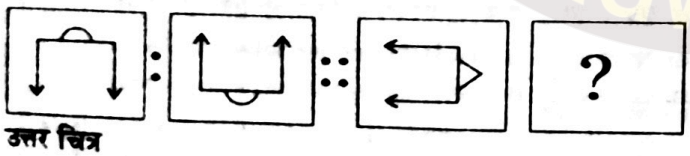


(A) (B) (C) (D)

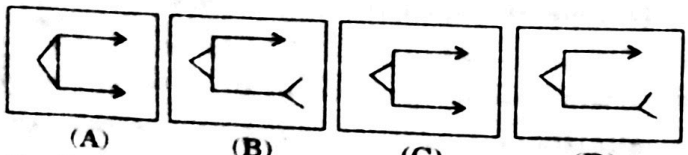
भाग-5

निर्देश—प्रश्न संख्या **17** से **20** में, प्रत्येक प्रश्न में दो प्रश्न चित्रों के दो सेट दिए गए हैं। दूसरे सेट में एक प्रश्न चिह्न (?) है। प्रथम सेट के दो प्रश्न चित्रों में एक निश्चित सम्बन्ध हैं। इसी तरह का सम्बन्ध दूसरे सेट के तीसरे तथा चौथे प्रश्न चित्र में भी होना आवश्यक है। उत्तर चित्रों से उस चित्र का चयन करें जो प्रश्न चिह्न को प्रतिस्थापित करेगा। अपने उत्तर को दर्शाने के लिए ओ. एम.आर. उत्तर-पुस्तिका में प्रश्न की संगत संख्या के सामने वाले वृत्त को काला करें।

17. प्रश्न चित्र

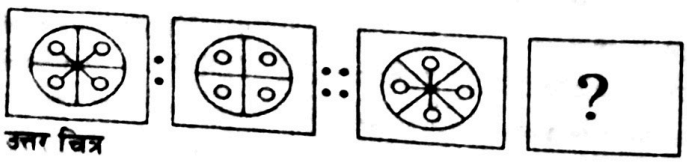


उत्तर चित्र

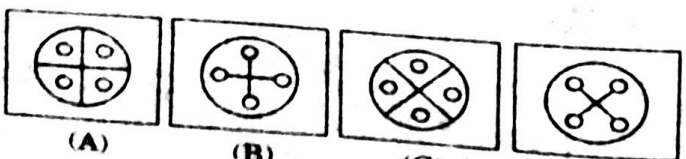


(A) (B) (C) (D)

18. प्रश्न चित्र

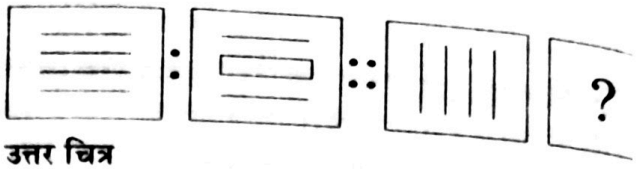


उत्तर चित्र

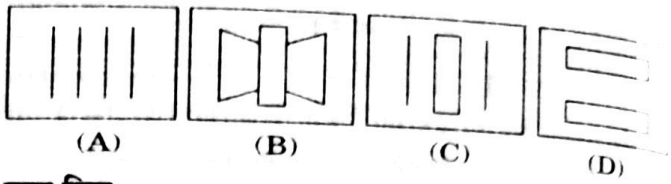


(A) (B) (C) (D)

19. प्रश्न चित्र

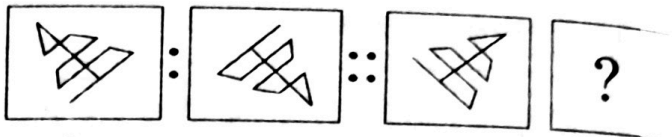


उत्तर चित्र

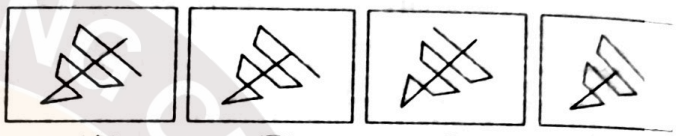


(A) (B) (C) (D)

20. प्रश्न चित्र



उत्तर चित्र



(A) (B) (C) (D)

भाग-6

निर्देश—प्रश्न संख्या **21** से **24** में, प्रश्न चित्र के रूप में ज्यामिति चित्र (त्रिभुज, वर्ग, वृत्त) के एक भाग को बाईं ओर दर्शाया गया है तथा दाईं ओर दूसरे भाग को चार उत्तर चित्रों के रूप में (A), (B), (C) और (D) में दर्शाया गया है। दाईं ओर के चित्र से ज्यामितीय चित्र को पूर्ण करने वाले चित्र को चयन करें तथा अपने उत्तर को दर्शाने के लिए ओ.एम.आर. उत्तर-पत्रिका में प्रश्न की संगत संख्या के सामने वाले वृत्त को काला करें।

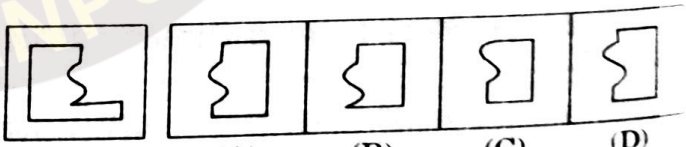
प्रश्न-चित्र उत्तर चित्र

21.



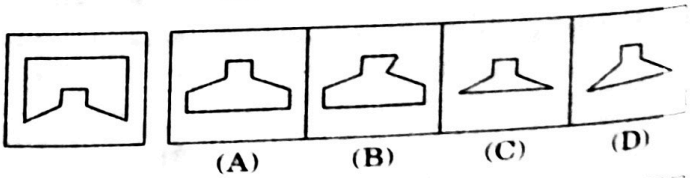
(A) (B) (C) (D)

22.



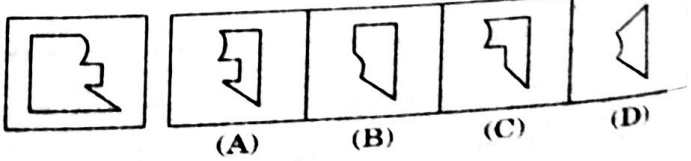
(A) (B) (C) (D)

23.



(A) (B) (C) (D)

24.



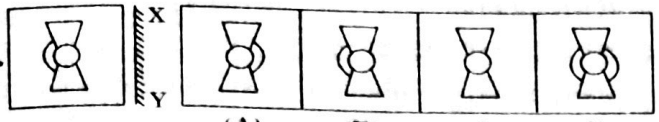
(A) (B) (C) (D)

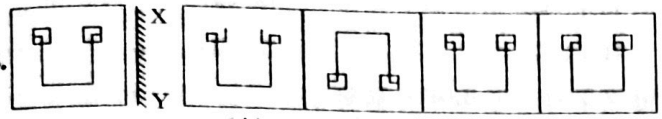
भाग-7

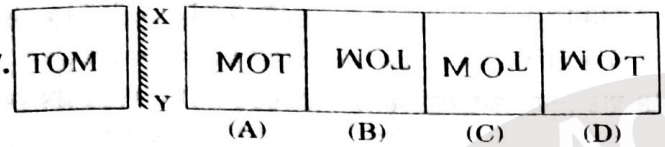
निर्देश—प्रश्न संख्या **25** से **28** में, बाईं ओर एक प्रश्न चित्र दर्शाया गया है तथा दाईं ओर (A), (B), (C) और (D) से चिह्नित चार उत्तर चित्र दर्शाए गए हैं। किसी दर्पण को XY के अनुदिश रखे जाने पर प्रश्न चित्र के सही दर्पण प्रतिबिम्ब को उत्तर चित्र से चुनें तथा अपने उत्तर को दर्शाने के लिए ओ.एम

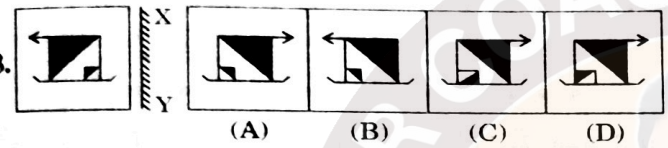
आर. उत्तर-पत्रिका में प्रश्न की संगत संख्या के सामने वाले वृत्त को काला करें।

प्रश्न चित्र उत्तर चित्र

25. 

26. 

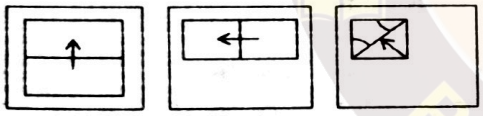
27. 

28. 

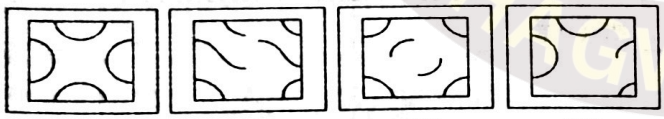
भाग-8

निर्देश—प्रश्न संख्या **29** से **32** में, बाईं ओर प्रश्न चित्र में दर्शाए अनुसार कागज के एक टुकड़े को मोड़कर पंच किया गया तथा दाईं ओर (A), (B), (C) और (D) से चिह्नित चार उत्तर चित्र दर्शाए गए हैं। कागज के टुकड़े के तह को खोलने पर वह जिस प्रकार दिखेगा वैसा ही चित्र उत्तर चित्र से चुनें तथा अपने उत्तर को दर्शाने के लिए ओ.एम.आर. उत्तर-पत्रिका में प्रश्न की संगत संख्या के सामने वाले वृत्त को काला करें।

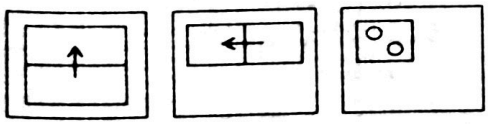
29. प्रश्न चित्र



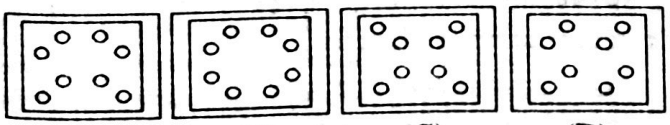
उत्तर चित्र



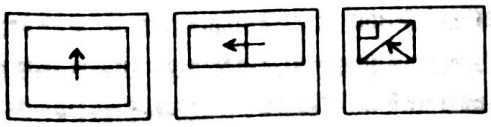
30. प्रश्न चित्र



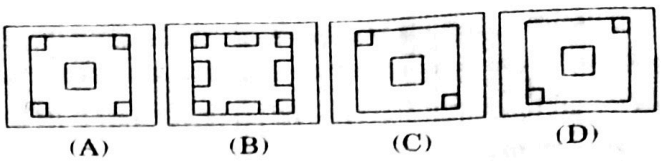
उत्तर चित्र



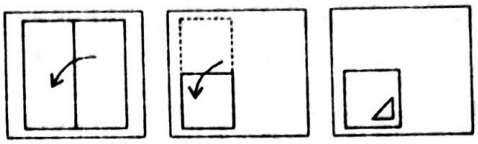
31. प्रश्न चित्र



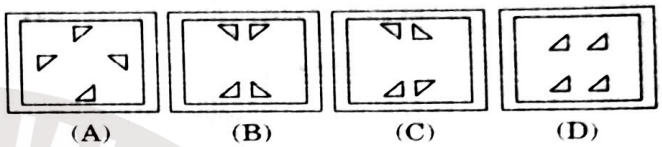
उत्तर चित्र



32. प्रश्न चित्र



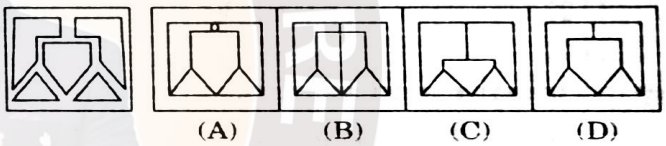
उत्तर चित्र



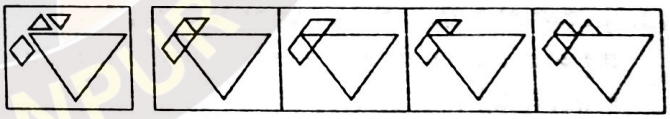
भाग-9

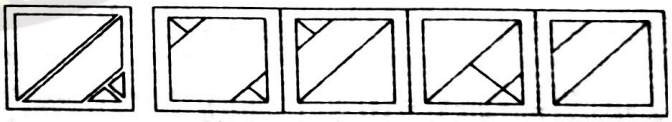
निर्देश—प्रश्न संख्या **33** से **36** में, बाईं ओर एक प्रश्न चित्र दिया गया है तथा दाईं ओर (A), (B), (C) और (D) से चिह्नित चार उत्तर चित्र दर्शाए गए हैं। उत्तर चित्र से उस चित्र का चयन करें जिसे प्रश्न चित्र में उपलब्ध कट-आउट टुकड़ों से बनाया जा सकता हो। अपने उत्तर को दर्शाने के लिए ओ.एम.आर. उत्तर-पत्रिका में प्रश्न की संगत संख्या के सामने वाले वृत्त को काला करें—

प्रश्न चित्र उत्तर चित्र

33. 

34. 

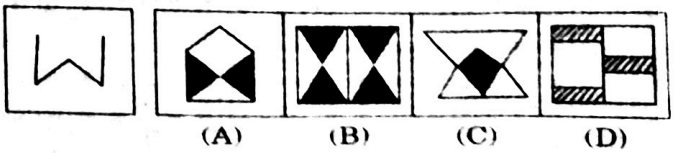
35. 

36. 

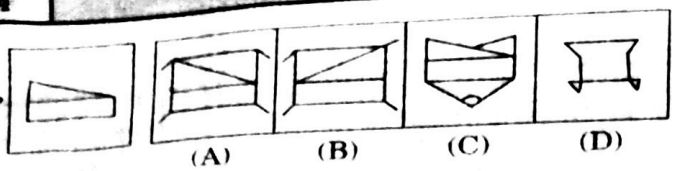
भाग-10

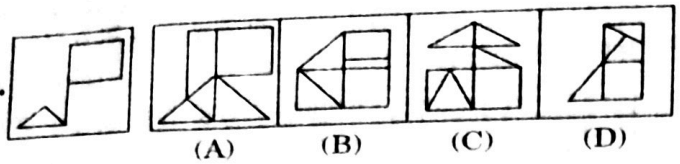
निर्देश—प्रश्न संख्या **37** से **40** में, बाईं ओर एक प्रश्न चित्र दिया गया है तथा दाईं ओर (A), (B), (C) और (D) से चिह्नित चार उत्तर चित्र दर्शाए गए हैं। उत्तर चित्रों से उस चित्र को चुनें जिसमें प्रश्न चित्र छिपा/सम्मिलित है। अपने उत्तर को दर्शाने के लिए ओ.एम.आर. उत्तर-पत्रिका में प्रश्न की संगत संख्या के सामने वाले वृत्त को काला करें।

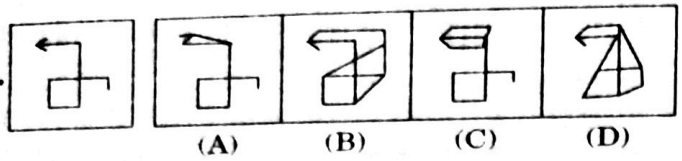
प्रश्न चित्र उत्तर चित्र

37. 

Sagar Coaching Centre Bhagwanpur | YouTube: NMMS King Sagar Sir

38. 
(A) (B) (C) (D)

39. 
(A) (B) (C) (D)

40. 
(A) (B) (C) (D)

खण्ड-II
अंकगणित परीक्षण

निर्देश—प्रत्येक प्रश्न के लिए चार सम्भावित उत्तर हैं, जिन्हें (A), (B), (C) और (D) क्रम दिया गया है। इनमें से केवल एक उत्तर ही सही है। सही उत्तर चुनें तथा अपने उत्तर को दर्शाने के लिए ओ.एम.आर. उत्तर-पत्रिका में प्रश्न की संगत संख्या के सामने वाले वृत्त को काला करें।

41. 30 कि.ग्रा. मिठाई से $\frac{2}{3}$ कि.ग्रा भार के कितने मिठाई के पैकेट बनाए जा सकते हैं?
(A) 20 (B) 30
(C) 40 (D) 45

42. एक भिन्न वही या तुल्य रहता है, यदि—
(A) एक ही संख्या अंश व हर में जोड़ी जाए
(B) एक ही संख्या अंश व हर से घटा दी जाए
(C) एक ही संख्या, शून्य को छोड़कर, से अंश व हर को गुणा किया जाए
(D) इसे इसके व्युत्क्रम से गुणा किया जाए

43. एक वस्तु को ₹ 2540 में बेचने पर जो लाभ प्राप्त होता है वहीं उसी वस्तु को ₹ 1850 में बेचने पर जो हानि होती है, के बराबर है। वस्तु का क्रय मूल्य है—
(A) ₹ 2095 (B) ₹ 2195
(C) ₹ 2010 (D) ₹ 2020

44. यदि $\frac{a}{b}$ एक भिन्न है, जिसमें $a = b - 3$ तथा $\frac{a+10}{b} - \frac{a}{b} = \frac{10}{7}$ है, तो $\frac{a}{b}$ है—
(A) $\frac{8}{11}$ (B) $\frac{2}{5}$
(C) $\frac{4}{7}$ (D) $\frac{5}{8}$

45. यदि एक वर्ग की प्रत्येक भुजा अपनी एक-तिहाई हो जाए, तो वर्ग का क्षेत्रफल घटकर हो जाएगा—
(A) एक - सातवाँ (B) एक - तिहाई
(C) एक -आठवाँ (D) एक - नवाँ

46. $31\frac{7}{16}$ को दशमलव में परिवर्तित करने पर आता है—
(A) 314.375 (B) 3.14345
(C) 31. 4375 (D) 31.475

47. एक वर्ग का परिमाप उस आयात के परिमाप के समान है जिसकी लम्बाई 17 मी. तथा चौड़ाई 11 मी. है। इस वर्ग का क्षेत्रफल (वर्ग मी. में) है—
(A) 196 (B) 14
(C) 187 (D) 121

48. यदि $4392 \div 3.66 = 1200$
$439.2 \div 36.6 =$
(A) 12 (B) 0.12
(C) 1.02 (D) 1.2

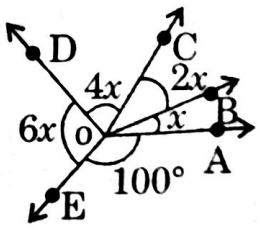
49. एक आयताकार प्लॉट का क्षेत्रफल 616 वर्ग मीटर है, जबकि इसकी चौड़ाई 22 मीटर है। इसके चारों ओर ₹ 7.50 प्रति मीटर की दर से बाड़ लगवाने का खर्च है—
(A) ₹ 1500 (B) ₹ 375
(C) ₹ 4620 (D) ₹ 750

50. 3 अंकों की बड़ी से बड़ी संख्या तथा 3 अंकों की छोटी से छोटी संख्या, जो कि अंक 9, 6 तथा 0 से बनी हैं, का गुणनफल है—
(A) 66240 (B) 999000
(C) 584640 (D) 869760

51. यदि हम 1 से 100 तक की सभी संख्याओं को लिखते हैं, तो अंक 9 कितनी बार आएगा?
(A) 19 (B) 20
(C) 21 (D) 23

52. $5\frac{3}{8} \times 8\frac{1}{8} - 3\frac{1}{8} \times 5\frac{5}{8}$ को हल करने पर प्राप्त होता है (लगभग)—
(A) 25 (B) 26
(C) 27 (D) 30

53. आकृति में ∠ AOB , ∠BOC, ∠COD तथा ∠DOE के माप क्रमशः हैं—



(A) 20°, 40°, 80°, 120° (B) 30°, 30°, 70°, 130°
(C) 40°,30°, 120°, 70° (D) 50°,20°, 80°, 110°

54. 30009 का मान वही है जो कि—
(A) 30 दस हजार तथा 9 दहाई का
(B) 30 हजार तथा 9 सेकड़ा का
(C) 3 दस हजार तथा 9 इकाई का
(D) 3 दस हजार तथा 9 दहाई का

55. एक संख्या के अंकों का जोड़ संख्या से घटाया जाता है। परिणामी संख्या सर्वदा भाज्य होगी—

Sagar Coaching Centre Bhagwanpur | YouTube: NMMS King Sagar Sir

(A) 2 से (B) 7 से
(C) 5 से (D) 9 से

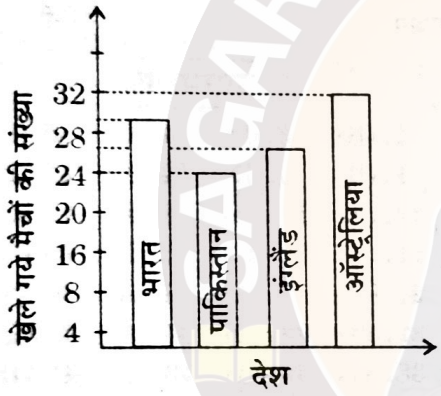
56. यदि दो कोणों का योगफल एक अधिककोण है, तो निम्न में से कौन-सा संभव नहीं हैं?

(A) एक समकोण तथा एक न्यूनकोण
(B) एक अधिककोण तथा एक न्यूनकोण
(C) दो न्यूनकोण
(D) दो समकोण

57. सुमित का भार 107 कि.ग्रा है तथा संजय का भार 82 कि.ग्रा है। दोनों के भार का सन्निकटन द्वारा निकटतम दहाई के मान का अन्तर है–

(A) 30 किग्रा (B) 100 किग्रा
(C) 40 किग्रा (D) 20 किग्रा

58. दिया गया दण्डचार्ट विभिन्न देशों की क्रिकेट टीमों द्वारा एक वर्ष में खेले गए मैचों की संख्या दर्शाता है। ऑस्ट्रेलिया की टीम द्वारा पाकिस्तान की टीम से कितने मैच अधिक खेले गए?



(A) 8 (B) 2
(C) 4 (D) 6

59. एक पुस्तक का क्रय मूल्य ₹100 है। दूकानदार ऐसी 3 पुस्तकों को ₹ 275 में बेचता है। लाभ या हानि क्या है?

(A) लाभ ₹ 175 (B) लाभ ₹ 25
(C) हानि ₹ 175 (D) हानि ₹ 25

60. एक मशीन एक मिनट में 12 पृष्ठ छाप सकती है। 5760 पृष्ठों को छापने में कितना समय लगेगा?

(A) 7 घंटे (B) 8 घंटे
(C) $8\frac{1}{2}$ घंटे (D) 9 घंटे

खण्ड-III

भाषा परीक्षण

निर्देश—इस खण्ड में **चार** अनुच्छेद हैं। प्रत्येक अनुच्छेद पर **पाँच** प्रश्न हैं। प्रत्येक अनुच्छेद को सावधानी से पढ़ें और उसके नीचे दिए गए प्रश्नों के उत्तर दें। प्रत्येक प्रश्न के लिए चार संभावित उत्तर दिए गए हैं, जिनकी क्रम संख्या है। इनमें से केवल एक उत्तर ही सही है। सही उत्तर चुनें तथा अपने उत्तर को दर्शाने के लिए ओ.एम.आर. उत्तर-पुस्तिका में प्रश्न की संगत संख्या के सामने वाले वृत्त को काला करें।

अनुच्छेद-1

वैज्ञानिक और चिकित्सक हमारे शरीर के विभिन्न तंत्रों और अंगों पर टी. वी. के खतरनाक प्रभावों के बारे में हमें चेतावनी देते हैं। प्रत्येक व्यक्ति प्रतिदिन औसतन तीन से चार घंटे टी.वी. देखता है, जिसमें हमारी दृष्टि कमजोर होती है। बच्चों पर सबसे अधिक प्रभाव पड़ता है क्योंकि ये निकट से टी.वी. देखते हैं, जो अधिक हानिकारक है। इसके परिणाम स्वरूप सिरदर्द की सामान्य शिकायत भी आती है।

लंबे समय तक टी.वी. देखना हमारे शारीरिक स्वास्थ्य और मानसिक विकास के लिए हानिकारक है। नृत्य, संगीत, लड़ाई के विभिन्न कार्यक्रमों की ऊँची आवाज से बहरापन आ सकता है। एक ही मुद्रा में लगातार टी. वी. देखने से जोड़ों में दर्द, पीठ में दर्द और मांसपेशियों में दर्द भी होता है। टी.वी. देखते हुए खाना खाने से हमारी पाचन क्रिया ढीली हो जाती है और मोटापा बढ़ता है। आतंक और हिंसा के दृश्यों से युवकों में मनोवैज्ञानिक समस्याएँ जन्म लेती हैं।

61. लंबे समय तक लगातार टी.वी. देखने से हमारा/ हमारी ..... प्रभावित नहीं होती है।

(A) मानसिक स्वास्थ्य
(B) ऊँचाई
(C) पाचन क्रिया
(D) भार

62. "आतंक और हिंसा के दृश्यों से युवकों में मनोवैज्ञानिक समस्याएँ जन्म लेती है।" मनोवैज्ञानिक समस्याओं का सम्बन्ध ..... से सम्बन्धित समस्याओं से है।

(A) मानस (B) हृदय
(C) पाचन क्रिया (D) श्रवण क्षमता

63. टी.वी. देखने का प्रभाव बच्चों की दृष्टि पर सबसे अधिक पड़ता है, क्योंकि .....।

(A) उनकी पाचन क्रिया ढीली हो जाती है
(B) टी.वी देखते हुए वे गलत मुद्रा में बैठते है
(C) वे टी.वी को बहुत निकट से देखते हैं
(D) वे टी.वी देखते हुए खाना खाते हैं

64. 'ढीली' का समानार्थी शब्द है .....।

(A) शक्तिपूर्ण (B) व्यस्त
(C) धीरे (D) तीव्र

65. अनुच्छेद में प्रयुक्त 'हानिकारक' शब्द का विलोम है .....।

(A) हानिकारक (B) निराशाजनक
(C) उपयोगी (D) खतरनाक

अनुच्छेद-2

कृतज्ञता ज्ञापन एक महान सद्गुण है जो प्रत्येक मनुष्य में होना चाहिए। यह एक अनुभूति है जिसके द्वारा हम किसी के प्रति धन्यवाद अभिव्यक्त करते हैं। हम अनेक रूपों में अपनी कृतज्ञता ज्ञापित कर सकते हैं। हम अपने विचारों, शब्दों और कार्यों में कृतज्ञ हो सकते हैं। जब हम 'धन्यवाद' कहते हैं उसका अर्थ होगा हम 'कृतज्ञ' हैं। हमे उन सबके प्रति कृतज्ञ होना चाहिए जो हमारे लिए सहायक हैं। हमें ईश्वर के प्रति कृतज्ञ होना चाहिए क्योकि उसने हमें अनेक अच्छी वस्तुएँ प्रदान की । हमें उसे अपने हृदय के अंतरतम से धन्यवाद देना चाहिए।

66. 'धन्यवाद' का अर्थ है कि हम ..... हैं।

(A) उच्च (B) उदास

(C) दु:खी (D) कृतज्ञ

67. महान सद्‌गुण क्या है?

(A) क्रूरता प्रदर्शन (B) कृतज्ञता प्रदर्शन

(C) दु:ख व्यक्त करना (D) कष्ट बताना

68. अपने/ अपनी ..... में भी कोई कृतज्ञ हो सकता है।

(A) सद्‌गुणों (B) कर्तव्यों

(C) विचारों (D) आमदनी

69. 'सहायक ' शब्द ..... है।

(A) संज्ञा (B) सर्वनाम

(C) क्रिया (D) विशेषण

70. 'सद्‌गुण' का अर्थ है .....।

(A) गुण (B) नायकवाद

(C) बुराई (D) शांति

अनुच्छेद-3

विनम्रता एक महान सद्‌गुण है। इसका अभिप्राय है विनम्र, कोमल और सुशील होना। यह घमंडी होने के उलट है। यह स्वयं पर नियंत्रण रखने की गुणवत्ता है। ऐसा व्यक्ति जिद्दी नहीं होता। वह दूसरों से सलाह लेता है और उनके अनुभव से सीखता है। वह अपना स्वयं का विशेषज्ञ है। वह आसानी से नाराज नहीं होता। एक विनम्र व्यक्ति अपनी गलतियों और कमियों को मुस्कान के साथ स्वीकार करता है। क्योंकि वह आत्मकेन्द्रित नहीं है। इसलिए वह विचारवान् है।

71. विनम्रता एक महान ..... है।

(A) गुण (B) बुराई

(C) पाप (D) दोष

72. विनम्रता का अभिप्राय है .....।

(A) अक्खड़ होना (B) सविनय होना

(C) क्रूर होना (D) दयाहीन होना

73. विनम्र व्यक्ति ..... से सीखता है।

(A) दूसरों के अनुभव (B) स्वयं के अनुभव

(C) अध्यापकों के अनुभव (D) अभिभावकों के अनुभव

74. 'घमंडी' किसका पर्यायवाची है?

(A) विनम्र (B) कोमल

(C) सुशील (D) अक्खड़

75. 'जिददी' का विलोम है .....।

(A) अटल (B) कठोर

(C) सहमत (D) स्वेच्छाचारी